# DICE

**1. If this is a standard / usual dice then what is opposite to 3?**
**1. ప్రామాణిక / సాధారణ పాచికలో 3 కి ఎదురు ముఖం పై ఏ అంకె కనిపిస్తుంది**

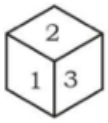


**1) 2 2) 4 3) 5 4) 6**

**2. If this is a standard / usual dice then what is opposite to 6?**
**2. ప్రామాణిక / సాధారణ పాచికలో 6 కి ఎదురు ముఖం పై ఏ అంకె కనిపిస్తుంది?**

**1) 1 2) 4 3) 5 4) 3**

**3. What is opposite to 6?**
**3. 6 కి ఎదురు ముఖం పై ఏ అంకె కనిపిస్తుంది?**

**1) 2 2) 3 3) 4 4) 2 or 3 or 4**

**4. What is opposite to 4?**
**4. 4 కి ఎదురు ముఖం పై ఏ అంకె కనిపిస్తుంది?**

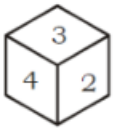


**1) 5 2) 6 3) 1 4) 1 or 5 or 6**

**MODEL1:**

**5. Which digit will appear on the face opposite to the face with number 3?**

**5. 3 కి ఎదురు ముఖం పై ఏ అంకె కనిపిస్తుంది?**

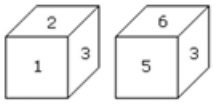


**1) 2 2) 4 3) 5 4) 6**

**6. Two positions of a dice are shown below. Which number will appear on the face opposite to the face with the number 5?**

**6. 5 కి ఎదురు ముఖం పై ఏ అంకె కనిపిస్తుంది?**

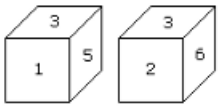


**1) 2 2) 4 3) 3 4) 6**

**7. Here two positions of dice are shown. If there are two dots in the bottom, then how many dots will be on the top?**

**7. రెండు చుక్కలు కి ఎదురు ముఖం పై ఎన్ని చుక్కలు ఉంటాయి?**

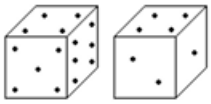

**1) 1 2) 4 3) 5 4) 6**

**8. When the digit 5 is on the bottom then which number will be on its upper surface?**

**8. 5 కి ఎదురు ముఖం పై ఏ అంకె కనిపిస్తుంది?**

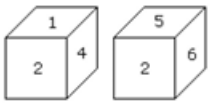


**1) 1 2) 4 3) 2 4) 6**

**9. Two positions of a cube with its surfaces numbered are shown below. When the surface 4 touch the bottom, what surface will be on the top?**

**9. 4 కి ఎదురు ముఖం పై ఏ అంకె కనిపిస్తుంది?**

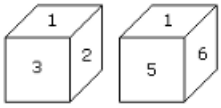


**1) 2 2) 1 3) 5 4) 6**

**10. Two positions of a dice are shown below. Which number will appear on the face opposite to the face with the number 1?**
**10. 1 కి ఎదురు ముఖం పై ఏ అంకె కనిపిస్తుంది?**

**1) 2 2) 4 3) 5 4) 6**

**11. Two positions of a dice are shown below. Which number will appear on the face opposite to the face with the number 3?**
**11. 3 కి ఎదురు ముఖం పై ఏ అంకె కనిపిస్తుంది?**

**1) 2 2) 4 3) 5 4) 6**

**12. Two different positions of the same dice shown here. Select the letter that will be on the face opposite to the one showing the letter 'F'?**

**12. F కి ఎదురు ముఖం పై ఏమి కనిపిస్తుంది?**

**1) E 2) C 3) B 4) A**

**13. Two positions of a dice are shown below. Which number will appear on the face opposite to the face with the number 5?**
**13. 5 కి ఎదురు ముఖం పై ఏ అంకె కనిపిస్తుంది?**

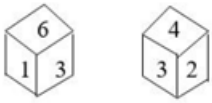


**1) 2 2) 3 3) 4 4) 6**

**MODEL2:**

**14. Two positions of a dice are shown below. When number '1' is on the top. What number will be at the bottom?**
**14. 1 కి ఎదురు ముఖం పై ఏ అంకె కనిపిస్తుంది?**

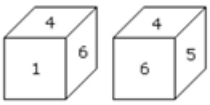


**1) 2 2) 4 3) 5 4) 6**

**15. Two positions of dice are shown below. What number will appear on the opposite to the face containing'5'?**

**15. 5 కి ఎదురు ముఖం పై ఏ అంకె కనిపిస్తుంది?**

**1) 2 2) 1 3) 4 4) 6**

**16. Two positions of a dice are shown below. When '3' is at the bottom then what is on top?**

**16. 3 కి ఎదురు ముఖం పై ఏ అంకె కనిపిస్తుంది?**

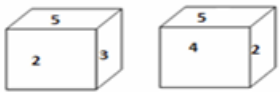


**1) 2 2) 4 3) 5 4) 6**

**17. Two positions of a dice are shown below. When 'C' is at the bottom then what is on top?**

**17. 'C' కి ఎదురు ముఖం పై ఏమి కనిపిస్తుంది?**

**1) D 2) B 3) E 4) A**

**18. Observe the dots on the dice (one to six dots) in the following figures. How many dots are contained on the face opposite to the containing four dots?**

**18. నాలుగు చుక్కలు కి ఎదురు ముఖం పై ఎన్ని చుక్కలు ఉంటాయి?**

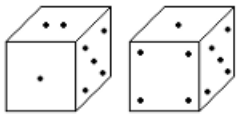

**1) 2 2) 1 3) 5 4) 6**

**19. Two positions of dice are shown below. What number will appear on the opposite to the face containing'6'?**

**19. 6 కి ఎదురు ముఖం పై ఏ అంకె కనిపిస్తుంది?**

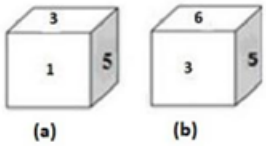


**1) 5 2) 1 3) 3 4) 4**

**MODEL3:**

**20. Three positions of a dice are given. Based on them find out which number is found opposite to number 2 in the given cube.**

**20. 2 కి ఎదురు ముఖం పై ఏ అంకె కనిపిస్తుంది?**

**1) 3 2) 1 3) 5 4) 6**

**21. Three positions of a dice are given. Based on them find out which number is found opposite to number 2 in the given cube.**

**21. 2 కి ఎదురు ముఖం పై ఏ అంకె కనిపిస్తుంది?**

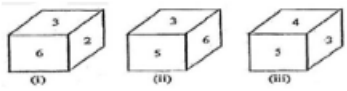

**1) 3 2) 1 3) 5 4) 6**

**22. Below are depicted the three different positions of a dice. Find the number of dots on the face opposite to the face with one dot?**

**22. ఒక చుక్క ముఖానికి ఎదురుగా ఎన్ని చుక్కలు ఉంటాయి?**

**1) 2 2) 4 3) 5 4) 6**

**23. Three different positions X, Y and Z of a dice are shown in the figures given below. Which number lies opposite 6?**

**23. 6 కి ఎదురు ముఖం పై ఏ అంకె కనిపిస్తుంది?**

**1) 2 2) 1 3) 5 4) 3**

**24. Three positions of a dice are given. Based on them find out which number is found opposite the number 2 in the given cube.**
**24. 2 కి ఎదురు ముఖం పై ఏ అంకె కనిపిస్తుంది?**

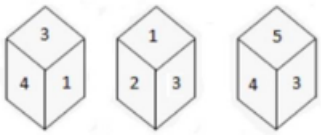


**1) 6 2) 4 3) 5 4) 3**

**25. Three positions of a dice are given. Based on them find out which symbol is found opposite to symbol "&" in the given cube?**
**25. "&" కి ఎదురు ముఖం పై ఏ అంకె కనిపిస్తుంది?**

**1) ^ 2) # 3) $ 4) +**

**26. Three positions of a dice are given. Based on them find out which symbol is found opposite to symbol "=" in the given cube.**
**26. "=" కి ఎదురు ముఖం పై ఏమి కనిపిస్తుంది?**

**1) % 2) $ 3) # 4) ***

**27. Three positions of a dice are given. Based on them find out which symbol is found opposite to symbol "@" in the given cube.**
**27. "@" కి ఎదురు ముఖం పై ఏమి కనిపిస్తుంది?**

**1) & 2) # 3) ! 4) <**

**28. Three positions of a dice are given. Based on them find out which number is found opposite to number 6 in the given cube.**
**28. 6 కి ఎదురు ముఖం పై ఏ అంకె కనిపిస్తుంది?**

**1) 1 2) 4 3) 5 4) 3**

**29. Three positions of a dice are given. Based on them find out which number is found opposite to number 5 in the given cube.**

**29. 5 కి ఎదురు ముఖం పై ఏ అంకె కనిపిస్తుంది?**

**1) 2 2) 3 3) 1 4) 6**

**30. Three different positions of the same dice are shown. Select the number that will be on the face opposite to number 5.**

**30. 5 కి ఎదురు ముఖం పై ఏ అంకె కనిపిస్తుంది?**

**1) 6 2) 3 3) 2 4) 4**

**31. Three different positions of the same dice are shown. Select the number that will be on the face opposite to the face showing the number 1.**

**31. 1 కి ఎదురు ముఖం పై ఏ అంకె కనిపిస్తుంది?**

**1) 6 2) 4 3) 3 4) 5**

**32. Three different positions of the same dice are shown. Select the number that will be on the face opposite to the face showing the number 3.**

**32. 3 కి ఎదురు ముఖం పై ఏ అంకె కనిపిస్తుంది?**

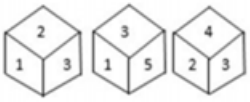


**1) 6 2) 4 3) 3 4) 5**

**33. From the positions of a cube are shown below, find out which number is found opposite the number 4 in the given cube?**

**33. 4 కి ఎదురు ముఖం పై ఏ అంకె కనిపిస్తుంది?**

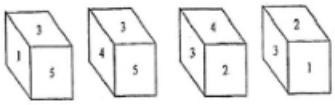

**1) 6 2) 1 3) 5 4) 2**

**34. Which symbol will be on the face opposite to the face with symbol *?**

**34. * కి ఎదురు ముఖం పై ఏమి కనిపిస్తుంది?**

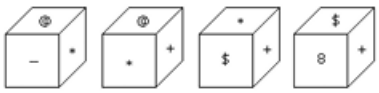


**1) @ 2) $ 3) 8 4) +**

**35. Which number is on the face opposite to 6?**

**35. 6 కి ఎదురు ముఖం పై ఏ అంకె కనిపిస్తుంది?**

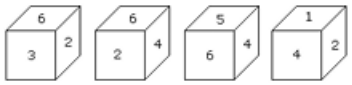


**1) 4 2) 1 3) 2 4) 3**

**36. From the positions of a cube are shown below, Which letter will be on the face opposite to face with 'A'?**

**36. A కి ఎదురు ముఖం పై ఏమి కనిపిస్తుంది?**

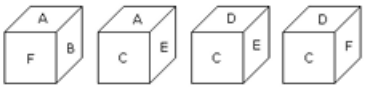


**1) D 2) B 3) C 4) F**

**37. From the four positions of a dice given below, find the color which is opposite to yellow?**

**37. Yellow కి ఎదురు ముఖం పై ఏమి కనిపిస్తుంది?**

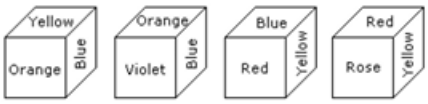


**1) Violet 2) Red 3) Rose 4) Blue**

**38. Four positions of the same dice are shown. Select the number that will be on the face opposite to the one showing '3'.**

**38. 3 కి ఎదురు ముఖం పై ఏ అంకె కనిపిస్తుంది?**

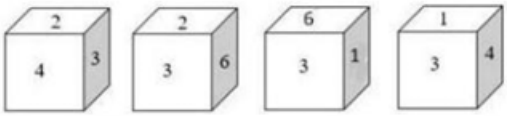


**1) 4 2) 2 3) 6 4) 5**

**39. Four positions of the same dice are shown. Select the number that will be on the face opposite to the one showing '6'.**

**39. 6 కి ఎదురు ముఖం పై ఏ అంకె కనిపిస్తుంది?**

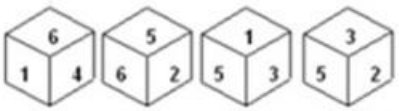


1) 4 2) 2 3) 1 **4) 3**

**MODEL4:**

**40. Different positions of a cube are shown below, Find the Missing Number?**

**40. ఈ కింది వాటిలో తప్పిపోయిన సంఖ్యను కనుగొనండి?**

**1) 2 2) 4 3) 1 4) 5 or 3**

**41. Different positions of a cube are shown below, Find the Missing Number?**

**41. ఈ కింది వాటిలో తప్పిపోయిన సంఖ్యను కనుగొనండి?**

**1) 2 2) 6 3) 1 4) 4**

**42. Different positions of a cube are shown below, Find the Missing letter?**

**42. ఈ కింది వాటిలో తప్పిపోయిన అక్షరము కనుగొనండి?**

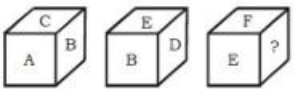


**1) A 2) B 3) D 4) E**

**43. Different positions of a cube are shown below, Find the Missing Number?**

**43. ఈ కింది వాటిలో తప్పిపోయిన సంఖ్యను కనుగొనండి?**

**44. Different positions of a cube are shown below, Find the Missing Number?**

**44. ఈ కింది వాటిలో తప్పిపోయిన సంఖ్యను కనుగొనండి?**

**1) 2** **2) 4** **3) 1** **4) 5**

**45. Different positions of a cube are shown below, Find the Missing letter?**

**45. ఈ కింది వాటిలో తప్పిపోయిన అక్షరము కనుగొనండి?**

**1) U** **2) D** **3) W** **4) Y**

**Directions (46-50):**
**Six dice with upper faces erased are as shows.**
**కింది ఉన్నా ఆరు పాచికలు ఎగువ ముఖాలు చెరిపివేయబడినవి.**

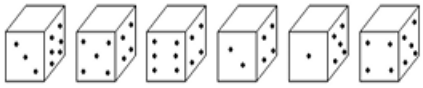

(I) (II) (III) (IV) (V) (VI)

**The sum of the numbers of dots on the opposite face is 7**
**ఎదురుగా ఉన్న చుక్కల సంఖ్యల మొత్తం 7**

**46. If even numbered dice have even number of dots on their top faces, then what would be the total number of dots on the top faces of their dice?**
**46. సరి సంఖ్య స్థానంలో ఉన్న పాచికలకు వాటి పై భాగంలో సరి సంఖ్యలో చుక్కలను కలిగి ఉంటే, అప్పుడు వాటి పై భాగంలో ఉన్న మొత్తం చుక్కల సంఖ్య ఎంత?**

**1) 12** **2) 18** **3) 24** **4) 14**

**47. If the even numbers of dice have odd number of dots on their top faces and odd numbered dice have even number of dots on their bottom faces, then what would be the total number of dots on their top faces?**
**47. సరి సంఖ్య స్థానంలో ఉన్న పాచికలకు వాటి పై భాగంలో బేసి సంఖ్యలో చుక్కలను కలిగి ఉంటే, మరియు బేసి సంఖ్య స్థానంలో ఉన్న పాచికలకు వాటి దిగువ భాగంలో సరి సంఖ్యలో చుక్కలను కలిగి ఉంటే, అప్పుడు వాటి పై భాగంలో ఉన్న మొత్తం చుక్కల సంఖ్య ఎంత?**

**1) 16** **2) 18** **3) 24** **4) 14**

48. If the dice (I), (II) and (III) have even number of dots on their bottom faces, then what would be the total number of dots on their top faces?
48. పాచికలు (I), (II) మరియు (III) వాటి దిగువ ముఖాల పై సరి సంఖ్యలో చుక్కలను కలిగి ఉంటే, అప్పుడు వాటి పై భాగంలో ఉన్న మొత్తం చుక్కల సంఖ్య ఎంత?

1) 12 2) 11 3) 13 4) 14

49. If the odd numbered dice have even number of dots on their top faces, then what would be the total number of dots on the top faces of their dice?
49. బేసి సంఖ్య స్థానంలో ఉన్న పాచికలకు వాటి పై భాగంలో సరి సంఖ్యలో చుక్కలను కలిగి ఉంటే, అప్పుడు వాటి పై భాగంలో ఉన్న మొత్తం చుక్కల సంఖ్య ఎంత?

1) 10 2) 8 3) 11 4) 14

50. If dice (I), (II) and (III) have even number of dots on their bottom faces and the dice (IV), (V) and (VI) have odd number of dots on their top faces, then what would be the difference in the total number of top faces between the two sets?
50. పాచికలు (I), (II) మరియు (III) వాటి దిగువ ముఖాల పై సరి సంఖ్యలో చుక్కలను కలిగి ఉంటే మరియు పాచికలు (IV), (V) మరియు (VI) వాటి పై భాగంలో బేసి సంఖ్యలో చుక్కలను కలిగి ఉంటే, అప్పుడు రెండు సెట్ల మధ్య బేధం ఎంత ఉంటుందా?

1) 2 2) 1 3) 5 4) 6

**MODEL5:**

51. Which of the following pair of numbers will be opposite faces?
51. ఈ పాచిక ఆధారంగా కింది వాటిలో ఏ జంట సరైన ఎదురు ముఖములు?

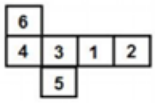


1) 1 and 6 2) 2 and 3 3) 1 and 5 4) 6 and 3

52. Which of the following is possible based on the give dice?
52. ఈ పాచిక ఆధారంగా కింది వాటిలో ఏది సాధ్యమవుతుంది?

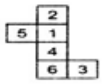

(1)

(2)

(3)

(4)

**53. Which of the following is possible based on the give dice?**

**53. ఈ పాచిక ఆధారంగా కింది వాటిలో ఏది సాధ్యమవుతుంది?**

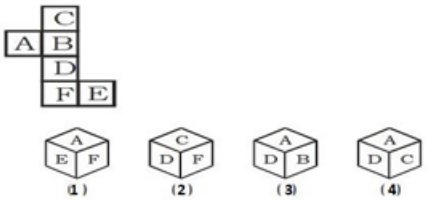


**54. Choose the box that is similar to the box formed from the given sheet of paper (X).**

**54. ఈ పాచిక ఆధారంగా కింది వాటిలో ఏది సాధ్యమవుతుంది?**

**55. Which of the following is not possible based on the below given figure.**

**55. ఈ పాచిక ఆధారంగా కింది వాటిలో ఏది సాధ్యం కాదు?**

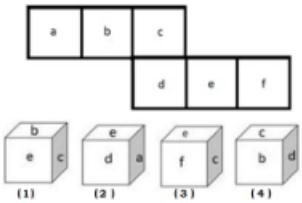


**1) 2 only** **2) 1 only** **3) 4 only** **4) 3 only**

**MODEL6:**

**56. Choose the box that is similar to the box formed from the given sheet of paper (X).**

**56. ఈ పాచిక ఆధారంగా కింది వాటిలో ఏది సాధ్యమవుతుంది?**

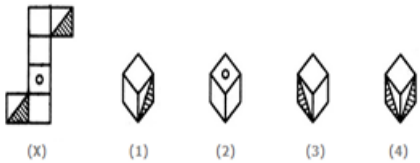


**1) 1 and 2 only** **2) 1 and 3 only**

**3) 3 and 4 only** **4) 1, 2, 3 and 4**

**57. Choose the box that is similar to the box formed from the given sheet of paper (X).**

**57. ఈ పాచిక ఆధారంగా కింది వాటిలో ఏది సాధ్యమవుతుంది?**

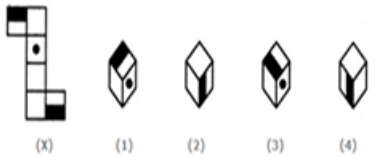


**1) 1 and 2 only** **2) 2 and 3 only**

**3) 2 and 4 only** **4) 1, 2, 3 and 4**

**58. Choose the box that is similar to the box formed from the given sheet of paper (X).**

**58. ఈ పాచిక ఆధారంగా కింది వాటిలో ఏది సాధ్యమవుతుంది?**

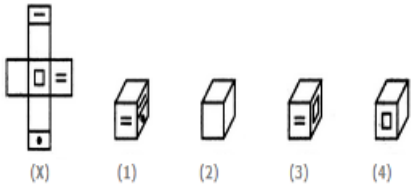


**1) 1 only** **2) 1 and 3 only**

**3) 1, 3 and 4 only** **4) 1, 2, 3 and 4**

**59. Choose the box that is similar to the box formed from the given sheet of paper**

**59. ఈ పాచిక ఆధారంగా కింది వాటిలో ఏది సాధ్యమవుతుంది?**

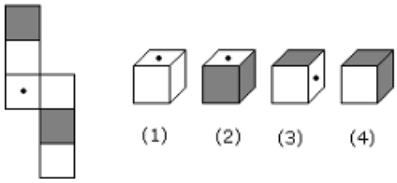


**1) 2 and 3 only** **2) 1, 3 and 4 only**

**3) 2 and 4 only** **4) 1 and 4 only**

**60. Choose the box that is similar to the box formed from the given sheet of paper (X).**

**60. ఈ పాచిక ఆధారంగా కింది వాటిలో ఏది సాధ్యమవుతుంది?**

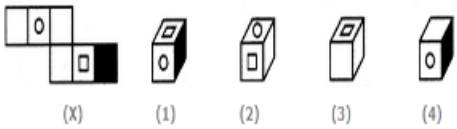


**1) 1 and 2 only** **2) 2, 3 and 4 only**

**3) 4 only** **4) 3 and 4 only**

**61. Choose the box that is similar to the box formed from the given sheet of paper (X).**

**61. ఈ పాచిక ఆధారంగా కింది వాటిలో ఏది సాధ్యమవుతుంది?**

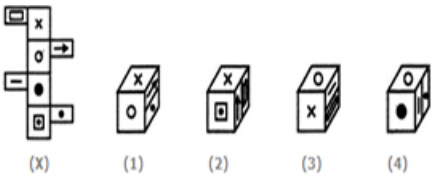


**1) 1 and 2 only** **2) 1 and 3 only**

**3) 3 and 4 only** **4) 1, 2, 3 and 4**

**MODEL 7**

**62. Four usual / standard dice are thrown on the ground. The total of numbers on the top faces of these four dice is 13 as the top faces showed 4, 3, 1 and 5 respectively. What is the total of the faces touching the ground?**

**62. నాలుగు ప్రామాణిక / సాధారణ పాచికలు నేలమీద విసిరివేయబడతాయి. ఈ నాలుగు పాచికల పై ముఖాల మొత్తం 13 అయితే, పై ముఖాలు వరుసగా 4, 3, 1 మరియు 5 చూపించాయి. క్రింది ముఖాల మొత్తం ఎంత?**

**1) 12** **2)14** **3) 15** **4) 13**

63. How many cubes are there in below figure?
63. క్రింద ఉన్న చిత్రంలో ఎన్ని ఘనాల ఉన్నాయి?

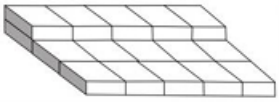

1) 20 2) 25 3) 15 4) 30

64. How many cubes are there in below figure?

64. క్రింద ఉన్న చిత్రంలో ఎన్ని ఘనాల ఉన్నాయి?

1) 10 2) 11 3) 12 4) 15

65. How many cubes are there in below figure?
65. క్రింద ఉన్న చిత్రంలో ఎన్ని ఘనాల ఉన్నాయి?

1) 10 2) 11 3) 12 4) 15