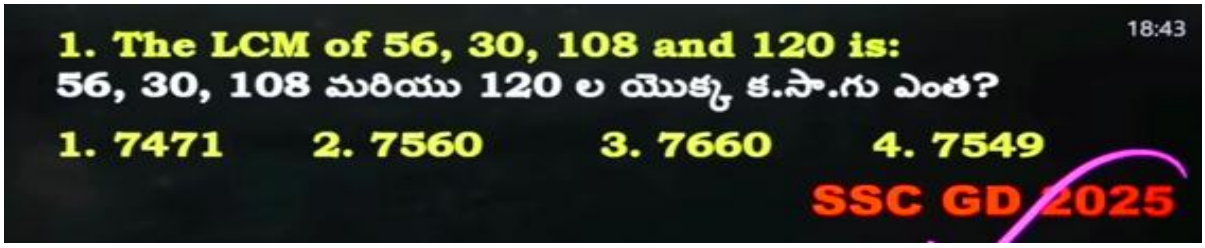
18:43
1. The LCM of 56, 30, 108 and 120 is:
56, 30, 108 మరియు 120 ల యొక్క క.సా.గు ఎంత?
1. 7471
2. 7560
3. 7660
4. 7549
SSC GD 2025

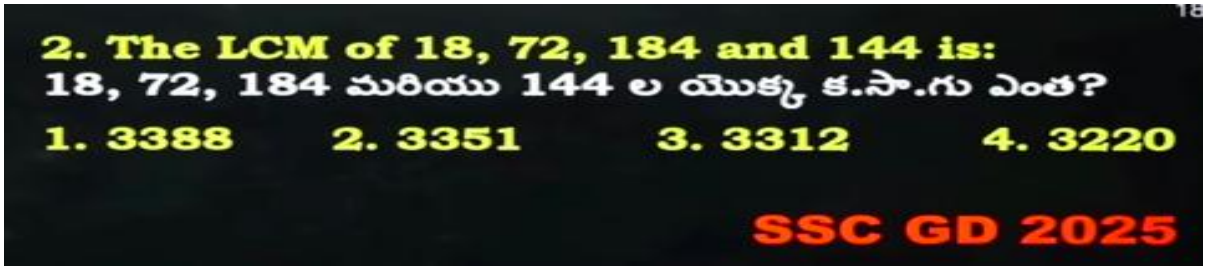
2. The LCM of 18, 72, 184 and 144 is:
18, 72, 184 మరియు 144 ల యొక్క క.సా.గు ఎంత?
1. 3388
2. 3351
3. 3312
4. 3220
SSC GD 2025

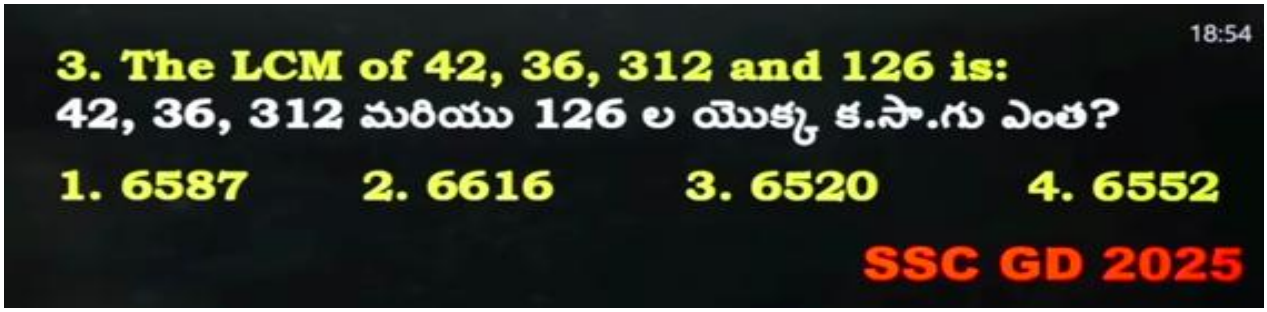
18:54
3. The LCM of 42, 36, 312 and 126 is:
42, 36, 312 మరియు 126 ల యొక్క క.సా.గు ఎంత?
1. 6587
2. 6616
3. 6520
4. 6552
SSC GD 2025


18:57
4. The LCM of 672 and 7056 is _____.
672 మరియు 7056 యొక్క క.సా.గు ఎంత?
1. 14112
2. 42336
3. 28224
4. 7056
SSC GD 2025

19:01

5. Determine the largest four-digit number that is exactly divisible by 15, 25, 40, and 75.

15, 25, 40, మరియు 75 లచే ఖచ్చితంగా భాగించబడే 4 అంకెల గరిష్ఠ సంఖ్య ఏది?

1. 9600 2. 9975 3. 9999 4. 9960

SSC GD 2025

19:04

6. When 12, 15, 18, 20 and 25 divide the least number x, the remainder in each case was 5 but x was divisible by 7. What is the value of x?

12, 15, 18, 20 మరియు 25 లు అతి చిన్న సంఖ్య x ని భాగించినప్పుడు, ప్రతి సందర్భంలోనూ శేషం 5 కానీ x 7 చే భాగించబడుతుంది. x విలువ ఎంత?

1. 3065 2. 3605 3. 3506 4. 3560

SSC GD 2025

19:09

7. When 8, 16, 18, 20 and 25 divide the least number x, the remainder in each case is 3, but x is divisible by 7. What is the value of x?

8, 16, 18, 20 మరియు 25 లు అతి చిన్న సంఖ్య x ని భాగించినప్పుడు, ప్రతి సందర్భంలోనూ శేషం 3 అవుతుంది, కానీ x 7 చే భాగించబడుతుంది. x విలువ ఎంత?

1. 7203 2. 7302 3. 7320 4. 7023

SSC GD 2025

8. Four runners started running simultaneously from a point on a circular track. They took 280 seconds, 350 seconds, 420 seconds and 560 seconds, respectively, to complete one round. After how much time (in seconds) do they meet at the starting point for the first time?

నలుగురు పరుగుదారులు ఒక వృత్తాకార ట్రాక్ పై ఒక పాయింట్ నుండి ఒకేసారి పరిగెత్తడం ప్రారంభించారు. వారు ఒక రౌండ్ పూర్తి చేయడానికి వరుసగా 280 సెకన్లు, 350 సెకన్లు, 420 సెకన్లు మరియు 560 సెకన్లు పట్టింది. ఎంత సమయం తర్వాత (సెకన్లలో) వారు మొదటిసారి ప్రారంభ స్థానం వద్ద కలుస్తారు?

1. 5200 2. 3600 3. 2400 4. 8400

SSC GD 2025

9. The LCM of two numbers is 126 times their HCF. If their HCF is 7 and the difference between the two numbers is five times the HCF, then the sum of the two numbers is:

రెండు సంఖ్యల క.సా.గు వాటి గ.సా.భా కంటే 126 రెట్లు. వాటి గ.సా.భా 7 అయితే, మరియు రెండు సంఖ్యల మధ్య వ్యత్యాసం గ.సా.భా కంటే ఐదు రెట్లు ఉంటే, అప్పుడు రెండు సంఖ్యల మొత్తం:

1. 611 2. 218 3. 161 4. 116

SSC GD 2025

10. The LCM of two numbers is 126 times their HCF. If their HCF is 7 and the difference between the two numbers is five times the HCF, then the product of the two numbers is:

రెండు సంఖ్యల క.సా.గు వాటి గ.సా.భా కంటే 126 రెట్లు. వాటి గ.సా.భా 7 అయితే, మరియు రెండు సంఖ్యల మధ్య వ్యత్యాసం గ.సా.భా కంటే ఐదు రెట్లు ఉంటే, అప్పుడు రెండు సంఖ్యల యొక్క లబ్ధం ఎంత?

1. 1476 2. 6174 3. 7164 4. 6471

SSC GD 2025

11. The LCM of two numbers is 2079. And their HCF is 27. If one of the numbers is 189, then how much is the second number?

రెండు సంఖ్యల యొక్క క.సా.గు 2079. మరియు వాటి యొక్క గ.సా.భా 27. ఆ సంఖ్యలలో ఒకటి 189 అయితే, రెండవ సంఖ్య ఎంత?

1. 297 2. 584 3. 189 4. 216

SSC GD 2025

19:29

12. The LCM of two numbers is 4158 and their HCF is 54. If one of the numbers is 378, what is the other number?

రెండు సంఖ్యల యొక్క క.సా.గు 4158 మరియు వాటి యొక్క గ.సా.భా 54. ఆ సంఖ్యలలో ఒకటి 378 అయితే, మరొక సంఖ్య ఏమిటి?

1. 495 2. 398 3. 594 4. 459

SSC GD 2025

19:32

13. The product of two numbers is 148176 and their LCM is 3528. What is their HCF?

రెండు సంఖ్యల యొక్క లబ్ధం 148176 మరియు వాటి క.సా.గు 3528. వాటి గ.సా.భా ఎంత?

1. 42 2. 51 3. 32 4. 36

SSC GD 2025

19:34

14. When the numbers 8651, 8018 and 7807 were divided by the greatest number x, then the remainder in each case was the same. The value of x is:

8651, 8018 మరియు 7807 సంఖ్యలను అతిపెద్ద సంఖ్య x తో భాగించినప్పుడు, ప్రతి సందర్భంలోనూ శేషం ఒకే విధంగా ఉంటుంది. x విలువ ఎంత?

1. 119 2. 132 3. 207 4. 211

SSC GD 2025

19:38

15. When the numbers 7807, 8022 and 8667 were divided by the greatest number x, then the remainder in each case was the same. The sum of the digits of x is:

7807, 8022 మరియు 8667 సంఖ్యలను అతిపెద్ద సంఖ్య x తో భాగించినప్పుడు, ప్రతి సందర్భంలోనూ శేషం ఒకే విధంగా ఉంటుంది. x యొక్క అంకెల మొత్తం:

1. 8 2. 9 3. 6 4. 7

SSC GD 2025

19:41

16. The greatest number, which divides 1163 and 2214 to leave 15 and 82 respectively as remainders, is:

1163 మరియు 2214 లను ఏ గరిష్ఠ సంఖ్య చే భాగించిన వరుసగా 15 మరియు 82 శేషాలుగా వచ్చును?

1. 173 2. 169 3. 159 4. 164

SSC GD 2025

19:45

17. 33 guava trees, 55 banana trees and 88 malta trees need to be planted in rows such that each row contains the same number of trees of one type only. The minimum number of rows in which the trees may be planted is:

33 జామ చెట్లు, 55 అరటి చెట్లు మరియు 88 మాల్టా చెట్లను వరుసలలో నాటాలి, అంటే ప్రతి వరుసలో ఒకే రకమైన చెట్ల సంఖ్య సమానంగా ఉంటుంది. చెట్లను నాటడానికి కనీస వరుసల సంఖ్య:

1. 18 **2. 12** **3. 20** **4. 16**

SSC GD 2025